考試時間：50 分鐘

新北市新店區大豐國民小學 114 學年度 第 1 學期 期末定期評量試題

科目	數學	年級	五年　　班	座號		姓名		成績	

一、選擇題（每題 2 分，共 8 分）

1. (　　) 「好吃到豐掉泡芙店要製作 1050 個泡芙，由 5 位師傅共同製作，每位師傅一次可以製作 30 個，師傅們要製作幾次才可以最快做完？」請問誰的解題過程是錯誤的？
   ① 阿奇：1050÷5×30
   ② 童童：1050÷5÷30
   ③ 小魚：1050÷(5×30)
   ④ 阿藍：1050÷30÷5

2. (　　) 正方體中，相鄰的兩面都有怎樣的關係？
   ①互相平行　②互相垂直
   ③沒有關係　④不一定

3. (　　) 長方體中，同一平面上，相對的邊都有怎樣的關係？
   ①互相平行　②互相垂直
   ③沒有關係　④不一定

4. (　　) 若要使每條直線上的三個分數加起來都是 2，請問 A 和 B 分別要填入？
   ①$\frac{17}{18}$、$\frac{7}{10}$ ②$\frac{7}{10}$、$\frac{5}{6}$ ③$\frac{5}{6}$、$\frac{9}{14}$ ④$\frac{9}{14}$、$\frac{17}{18}$

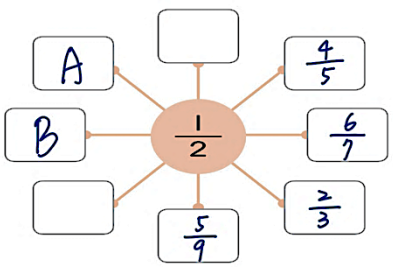

二、填充題（每格 2 分，共 28 分）

1. 算出下列各圖形面積，再填填看。

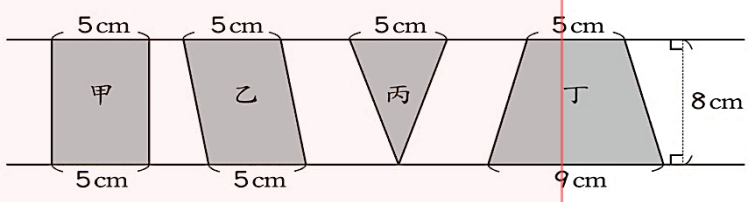

(1)乙面積是（　　）平方公分；
丙面積是（　　）平方公分；
丁面積是（　　）平方公分。
(2)甲和（　　）的面積一樣。
(3)乙的面積是丙的（　　）倍。

2. 一日＝（　　）小時＝（　　）分鐘＝（　　）秒。

3. 16 分 32 秒÷8＝（　　）分（　　）秒。

4. 正方體的每一個面都是（　　）形；將立體形體看不見的邊用虛線表示，叫做（　　）圖。

5. 觀察右圖的長方體，在（　　）中填入平行或垂直。

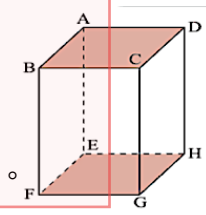

(1)$\overline{AE}$和$\overline{EF}$互相（　　）。
(2)面 ABFE 和面 DCGH 互相（　　）。

三、算算看（每題 3 分，共 18 分）

1. $\frac{19}{5}+23\frac{4}{13}$
＝

2. 用簡化的方法計算
998－399－198＋99
＝

3. 8 時 40 分÷26
＝（　　）分

4. 3 日 14 時×7
＝（　　）日（　　）時

5. 算出下圖表面積，並寫答。

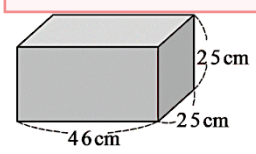

6. 算出下圖表面積，並寫答。

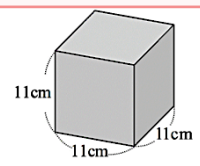

＊背面還有試題！

四、 畫畫看：畫出指定底邊上的高，並標示直角記號。（每題 2 分，共 6 分）

1.

2.

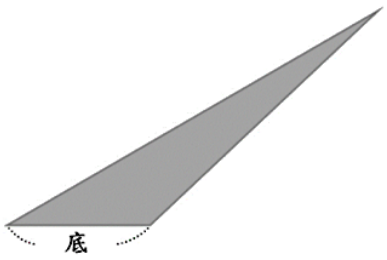

3.

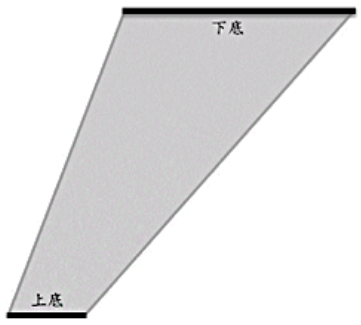

五、 判斷題：可以摺成正方體的打✓，可以摺成長方體的畫 O，都不可以的畫 X。（每題 1 分，共 4 分）

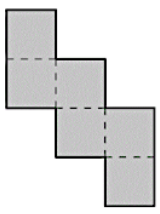

1. （　　）

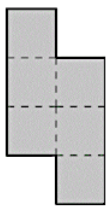

2. （　　）

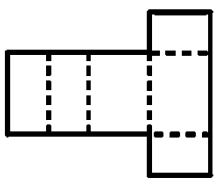

3. （　　）

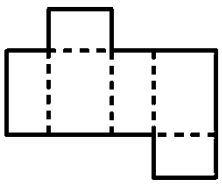

4. （　　）

六、應用題（每題 5 分，共 20 分）

1. 有一個箱子，裝入 $39\frac{5}{8}$公斤的寶藏後，連箱子共重 $53\frac{13}{48}$公斤，箱子重幾公斤？

2. 小米買了 5 包樂高，每包有 280 個零件，她每天**早晚各拼** 14 個，幾天可以拼完全部的樂高？（把做法用一個算式記下來）

3. 停車場的收費標準是每半小時收費 30 元，若停車時數不滿半小時者，則以半小時計算。萱萱從上午 11 時 10 分停車，到下午 4 時 30 分將車開走，他要繳多少停車費？

4. 一盒彩色筆有 36 支，大雄買了 69 盒彩色筆，後來又多買了 1 盒，請問大雄一共買了多少支彩色筆？

七、素養題（每格 2 分，共 16 分）

五年十二班的四個好朋友——阿雯、芸芸、千千、小玉大學畢業後一起去九份旅遊。

1. 四人早上 8:30 出發，於下午 3:10 回到集合點，但中午 12:30～13:10 他們在吃午餐及休息並沒有安排行程，所以這一天他們真正用在旅遊與活動的時間共有（　　）小時。

2. 到了九份觀景台，旁邊有一塊不規則活動區。千千想知道可以走動和拍照的區域有多大（塗色面積），經過計算，他們知道總共有（　　）平方公尺的活動空間。

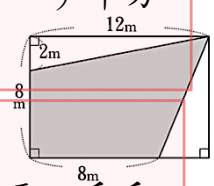

3. 旅途中，大家各自代墊了部分的費用：阿雯付門票 200 元，芸芸付午餐費 1020 元，千千付車資 480 元，小玉付雜費 340 元，又幫自己買了一份 120 元的紀念品，每個人平均要分攤（　　）元，所以最後大家都要付錢給（　　），阿雯要給他（　　）元，千千要給他（　　）元，（　　）要給他（　　）元。

這次的旅遊大家都玩得很開心，也說好有時間的話，還要再去別的地方玩！

＊試題到此結束，記得要仔細檢查喔！